1. Тип 11 № 509120

На рисунке изображён график функции $f(x)=k\sqrt{x}$. Найдите значение x, при котором $f(x)=7$.

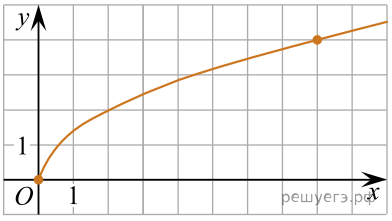

2. Тип 11 № 509108

На рисунке изображён график функции $f(x)=a^{x+b}$. Найдите значение x, при котором $f(x)=8$.

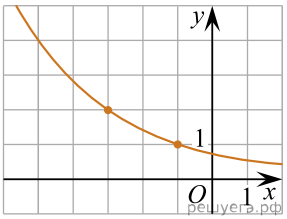

3. Тип 11 № 639000

На рисунке изображён график функции $f(x)=ax^2+bx+c$. Найдите значение $f(-1)$.

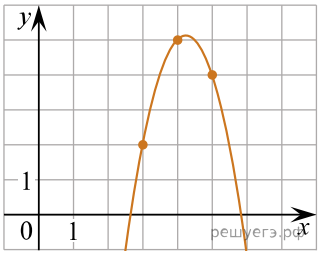

4. Тип 11 № 509295

На рисунке изображён график функции $f(x)=a\sin x+b$. Найдите b.

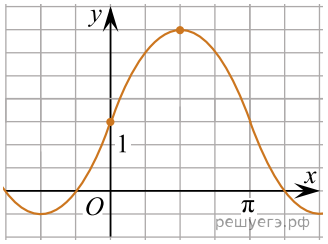

5. Тип 11 № 509277

На рисунке изображены графики функций $f(x)=a\sqrt{x}$ и $g(x)=kx+b$, которые пересекаются в точке A. Найдите абсциссу точки A.

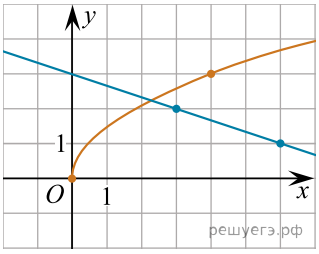

6. Тип 11 № 509220

На рисунке изображены графики двух линейных функций. Найдите ординату точки пересечения графиков.

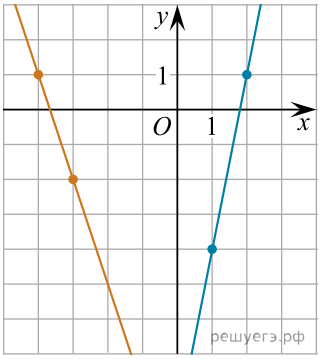

7. Тип 11 № 508981

На рисунке изображён график функции $f(x)=\dfrac{k}{x+a}$. Найдите $f\left(6\dfrac{1}{3}\right)$.

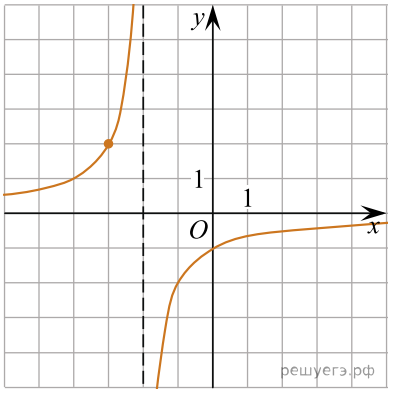

8. Тип 11 № 637815

На рисунке изображены графики линейных функций, которые пересекаются в точке A. Найдите абсциссу точки A.

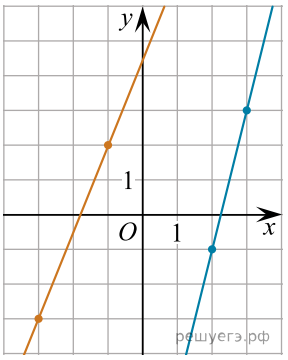

9. Тип 11 № 508991

На рисунке изображён график функции вида $f(x)=\dfrac{k}{x+a}$. Найдите значение x, при котором $f(x)=-12,5$.

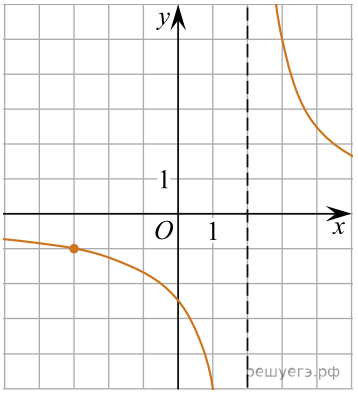

10. Тип 11 № 509054

На рисунке изображён график функции $f(x)=\log_a(x+b)$. Найдите $f(13)$.

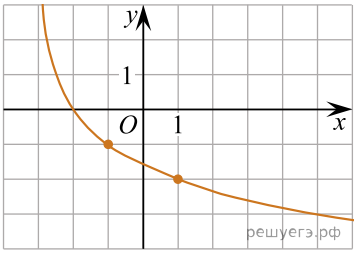

11. Тип 11 № 509270

На рисунке изображены графики функций $f(x)=-4x^2-7x-4$ и $g(x)=ax^2+bx+c$, которые пересекаются в точках A и B. Найдите ординату точки B.

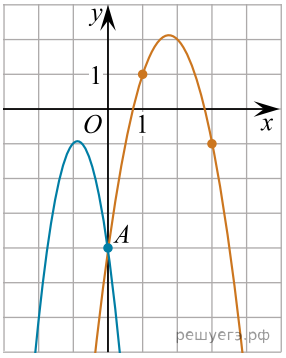

12. Тип 11 № 509130

На рисунке изображён график функции $f(x)=a\cos x+b$. Найдите b.

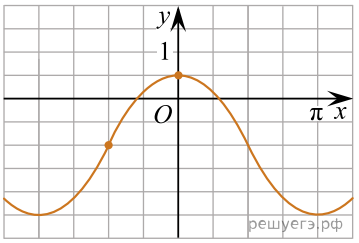

13. Тип 11 № 509113

На рисунке изображён график функции $f(x)=k\sqrt{x}$. Найдите $f(6,76)$.

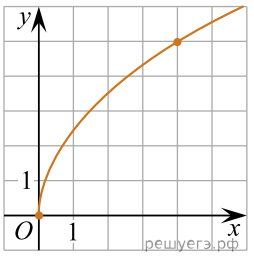

14. Тип 11 № 509178

На рисунке изображены графики функций $f(x)=\frac{k}{x}$ и $g(x)=ax+b$, которые пересекаются в точках A и B. Найдите абсциссу точки B.

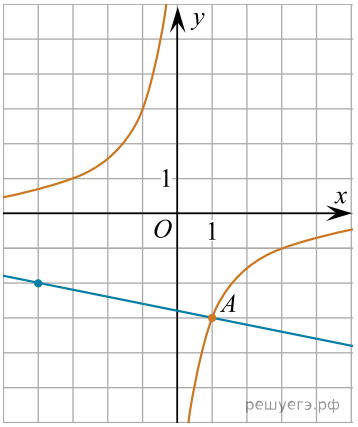

15. Тип 11 № 508911

На рисунке изображён график функции $f(x)=2x^2+bx+c$. Найдите $f(-5)$.

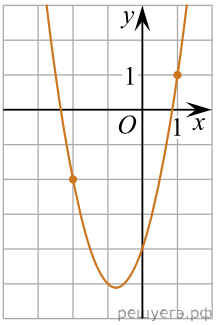

16. Тип 11 № 509285

На рисунке изображены графики функций $f(x)=a\sqrt{x}$ и $g(x)=kx+b$, которые пересекаются в точке A. Найдите ординату точки A.

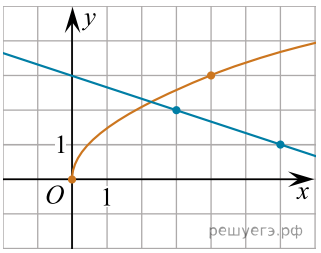

17. Тип 11 № 509291

На рисунке изображён график функции $f(x)=a\sin x+b$. Найдите a.

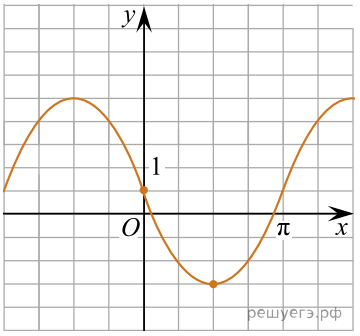

18. Тип 11 № 509000

На рисунке изображён график функции $f(x)=\dfrac{kx+a}{x+b}$. Найдите k.

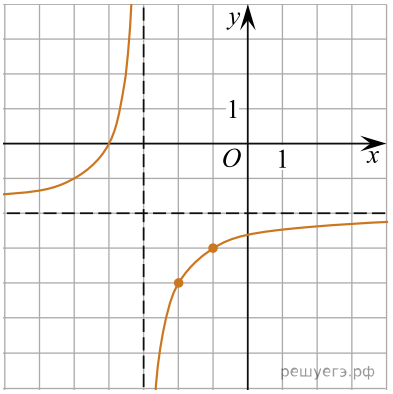

19. Тип 11 № 509035

На рисунке изображён график функции $f(x)=b+\log_a x$. Найдите значение x, при котором $f(x)=-5$.

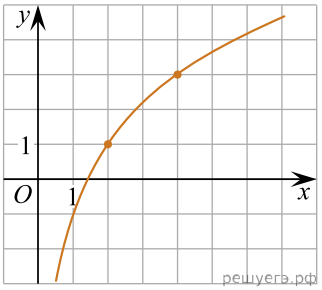

20. Тип 11 № 508899

На рисунке изображён график функции $f(x)=kx+b$. Найдите $f(-16)$.

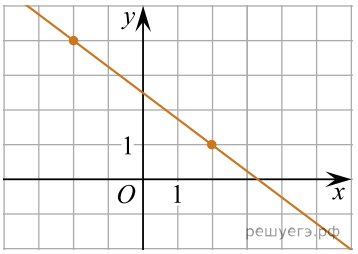

21. Тип 11 № 509115

На рисунке изображён график функции $f(x)=k\sqrt{x}$. Найдите $f(32)$.

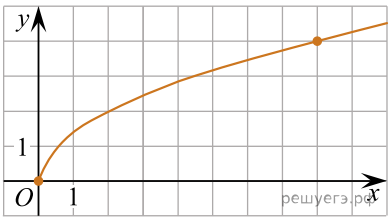

22. Тип 11 № 660718

На рисунке изображен график функции вида $f(x)=a^x$. Найдите значение $f(-4)$.

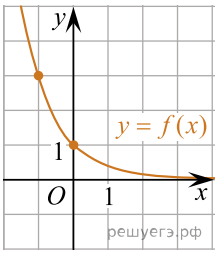

23. Тип 11 № 628269

На рисунке изображён график функции $f(x) = 2x^2 + bx + c$. Найдите значение $f(-3)$.

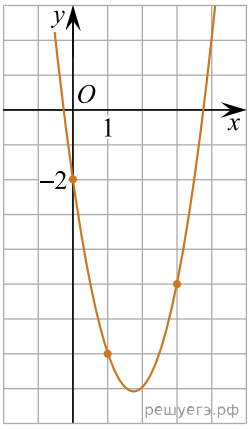

24. Тип 11 № 509126

На рисунке изображён график функции $f(x) = a\cos x + b$. Найдите a.

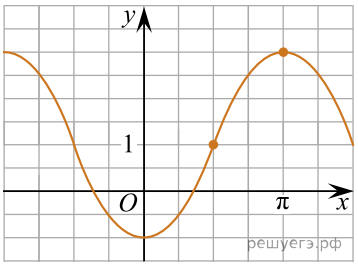

25. Тип 11 № 508907

На рисунке изображён график функции $f(x) = kx + b$. Найдите значение x, при котором $f(x) = -8$.

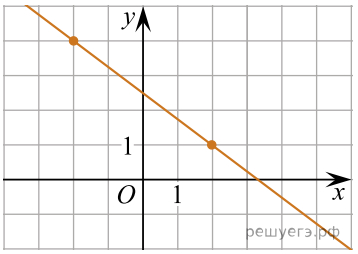

26. Тип 11 № 509158

На рисунке изображены графики функций $f(x) = 5x + 9$ и $g(x) = ax^2 + bx + c$, которые пересекаются в точках A и B. Найдите ординату точки B.

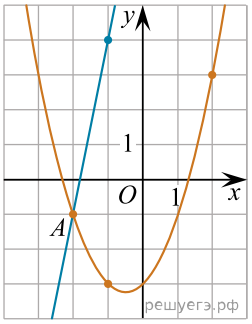

27. Тип 11 № 508966

На рисунке изображён график функции $f(x)=\frac{k}{x}+a$. Найдите, при каком значении x значение функции равно -27.

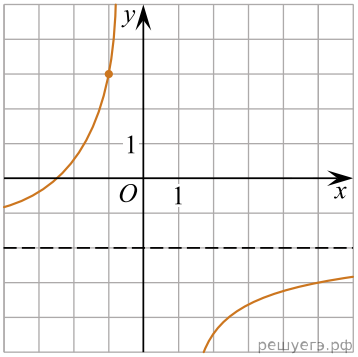

28. Тип 11 № 509166

На рисунке изображены графики функций $f(x)=-7x+19$ и $g(x)=ax^2+bx+c$, которые пересекаются в точках A и B. Найдите ординату точки B.

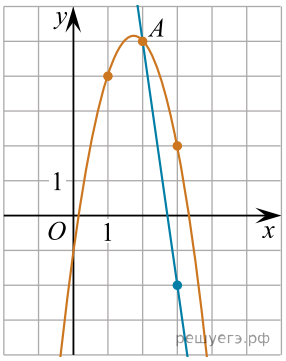

29. Тип 11 № 509143

На рисунке изображён график функции $f(x)=a\operatorname{tg}x+b$. Найдите b.

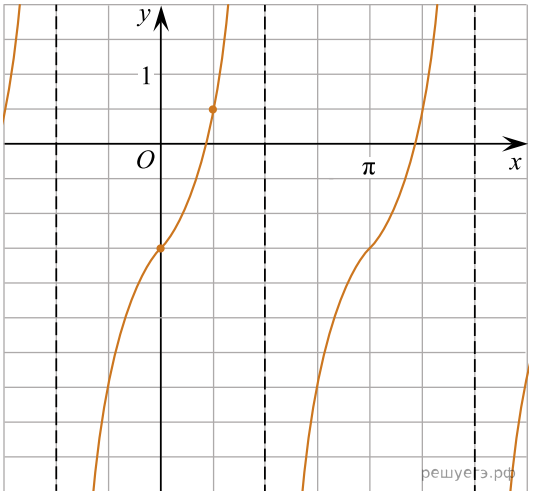

30. Тип 11 № 562284

На рисунке изображён график функции вида $f(x)=ax^2+bx+c$, где числа a, b и c — целые. Найдите значение $f(-3)$.

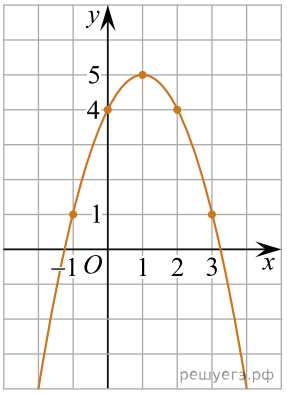

31. Тип 11 № 509099

На рисунке изображён график функции $f(x)=a^x+b$. Найдите значение x, при котором $f(x)=17$.

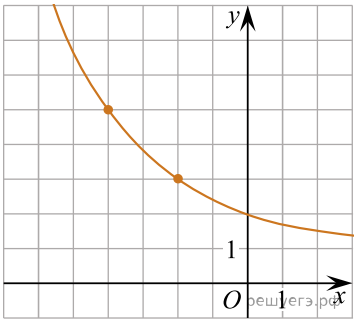

32. Тип 11 № 508955

На рисунке изображён график функции $f(x)=\dfrac{k}{x}+a$. Найдите $f(25)$.

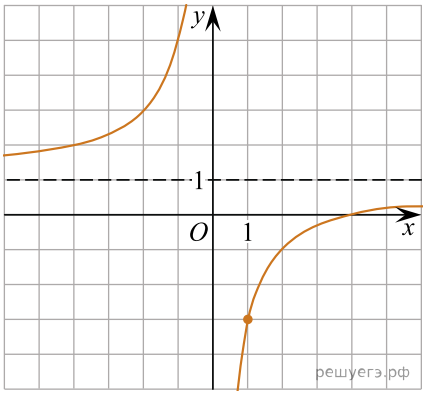

33. Тип 11 № 509244

На рисунке изображены графики двух линейных функций. Найдите ординату точки пересечения графиков.

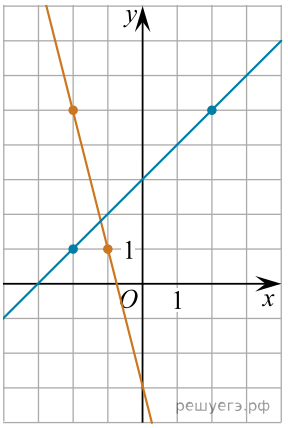

34. Тип 11 № 509116

На рисунке изображён график функции $f(x) = k\sqrt{x}$. Найдите $f(12,5)$.

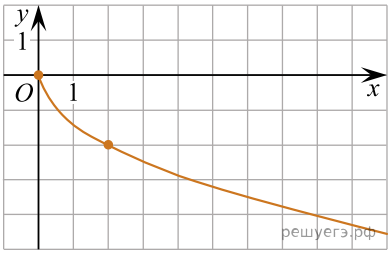

35. Тип 11 № 509064

На рисунке изображён график функции $f(x) = \log_a(x+b)$. Найдите значение x, при котором $f(x) = 4$.

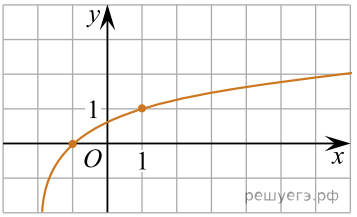

36. Тип 11 № 508934

На рисунке изображён график функции $f(x) = ax^2 + bx - 31$. Найдите $f(2)$.

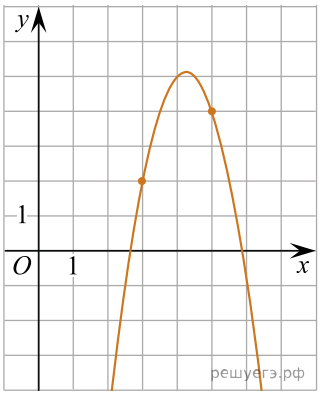

37. Тип 11 № 509192

На рисунке изображены графики функций $f(x) = \dfrac{k}{x}$ и $g(x) = ax + b$, которые пересекаются в точках A и B. Найдите ординату точки B.

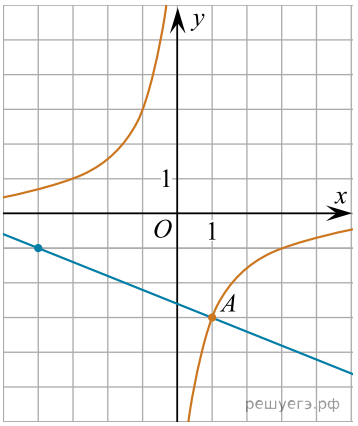

38. Тип 11 № 509138

На рисунке изображён график функции $f(x) = a\operatorname{tg} x + b$. Найдите a.

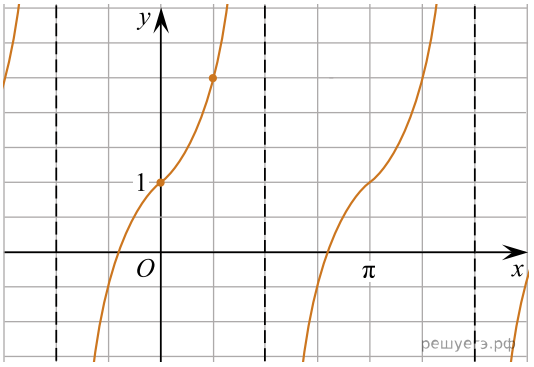

39. Тип 11 № 509121

На рисунке изображён график функции $f(x) = k\sqrt{x}$. Найдите значение x, при котором $f(x) = -8$.

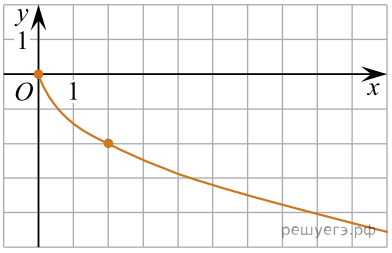

40. Тип 11 № 509003

На рисунке изображён график функции $f(x) = \dfrac{kx + a}{x + b}$. Найдите a.

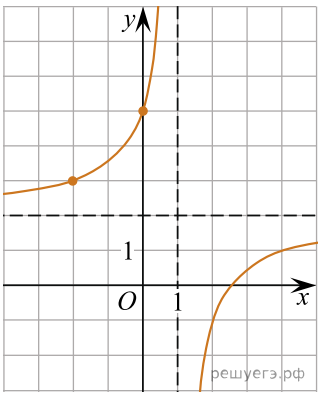

41. Тип 11 № 509153

На рисунке изображены графики функций $f(x) = -2x - 4$ и $g(x) = ax^2 + bx + c$, которые пересекаются в точках A и B. Найдите абсциссу точки B.

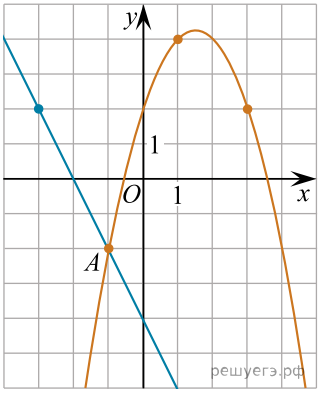

42. Тип 11 № 509204

На рисунке изображены графики двух линейных функций. Найдите абсциссу точки пересечения графиков.

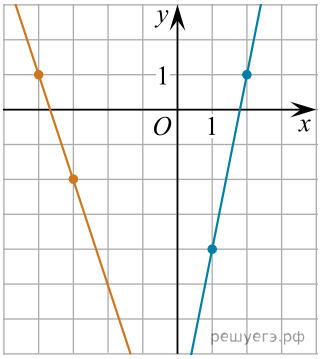

43. Тип 11 № 509025

На рисунке изображён график функции $f(x) = b + \log_a x$. Найдите $f(32)$.

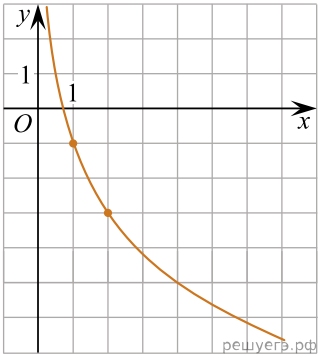

44. Тип 11 № 508926

На рисунке изображён график функции $f(x) = ax^2 - 13x + c$. Найдите $f(-0,5)$.

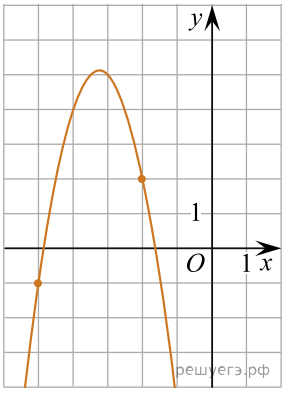

45. Тип 11 № 676931

На рисунке изображён график функции $f(x) = a\sin x + b$, где a и b — целые числа. Найдите $y\left(\frac{25\pi}{6}\right)$.

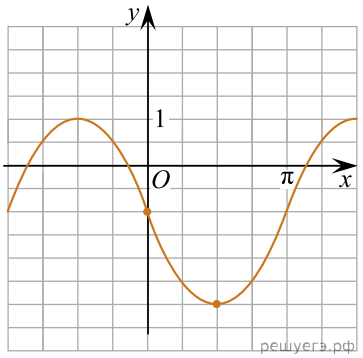

46. Тип 11 № 509256

На рисунке изображены графики функций $f(x) = -2x^2 + 7x - 2$ и $g(x) = ax^2 + bx + c$, которые пересекаются в точках A и B. Найдите абсциссу точки B.

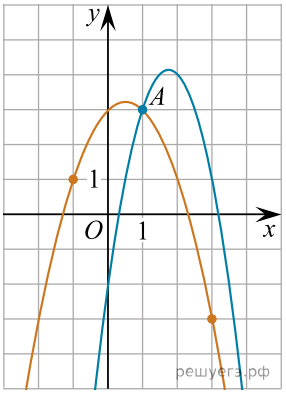

47. Тип 11 № 677169

На рисунке изображены графики функций видов $f(x) = a\sqrt{x}$ и $g(x) = kx$, пересекающиеся в точках A и B. Найдите абсциссу точки B.

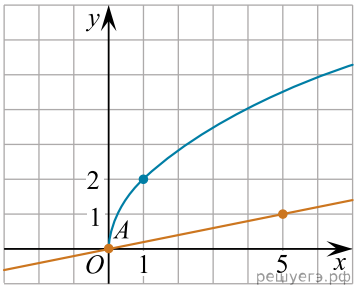

48. Тип 11 № 660801

На рисунке изображён график функции $f(x) = \frac{k}{x}$. Найдите $f(10)$.

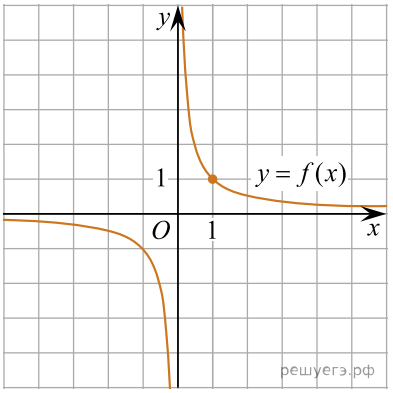

49. Тип 11 № 509252

На рисунке изображены графики двух линейных функций. Найдите ординату точки пересечения графиков.

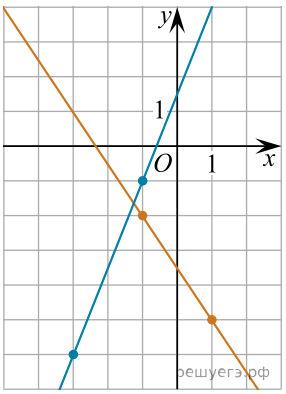

50. Тип 11 № 509136

На рисунке изображён график функции $f(x) = a\cos x + b$. Найдите b.

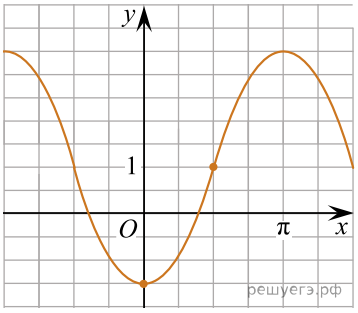

Ключ

№ п/п	№ задания	Ответ
1	509120	24,5
2	509108	-7
3	639000	-50
4	509295	1,5
5	509277	2,25
6	509220	-10,25
7	508981	-0,24
8	637815	9
9	508991	1,6
10	509054	-4
11	509270	-151
12	509130	-1
13	509113	6,5
14	509178	-15
15	508911	31
16	509285	2,25
17	509291	-2
18	509000	-2
19	509035	0,25
20	508899	14,5
21	509115	8
22	660718	81
23	628269	37
24	509126	-2
25	508907	14
26	509158	39
27	508966	0,2
28	509166	-16
29	509143	-1,5
30	562284	-11
31	509099	-8
32	508955	0,84
33	509244	1,8
34	509116	-5
35	509064	79
36	508934	-5
37	509192	0,4
38	509138	1,5
39	509121	32
40	509003	-5
41	509153	6
42	509204	-0,25
43	509025	-11
44	508926	-10
45	676931	-2
46	509256	5
47	677169	100
48	660801	0,1
49	509252	-1,625
50	509136	1